1. Voici des solides.
Indiquer le nombre de faces (=f), de sommets (=s) et d'arêtes (=a

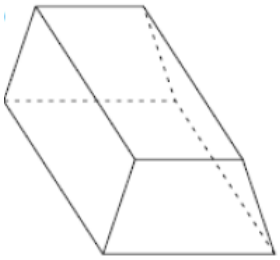

f = s = a =

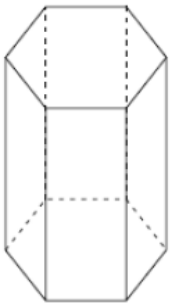

f = s = a =

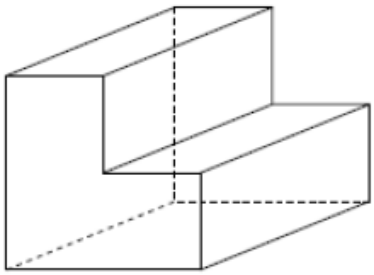

f = s= a =

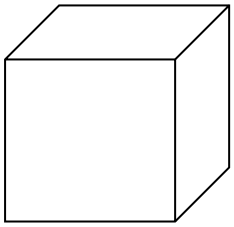

f = s = a =

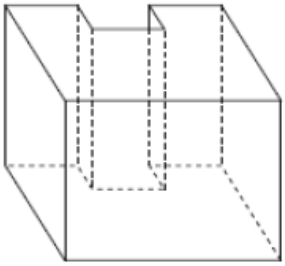

f = s = a =



f = s = a =

---

2. Compléter les phrases en employant les termes "parallèles" ou "perpendiculaires" :

a) Les faces ABC et DEF sont …

b) Les arêtes [AB] et [DE] sont …

c) Les faces ABC et ABED sont …

d) Les arêtes [DE] et [EB] sont …

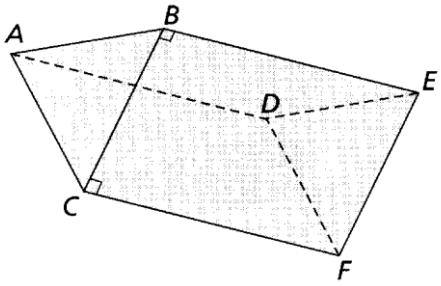

---

3. a) Donne la définition d'un cube

b) Représente un cube en perspective (esquisse)

c) Représente le développement d'un cube. (esquisse)

1. a) Donne la définition d'un pavé droit

b) Quel autre nom peut-on donner au pavé droit ?

b) Représente un pavé droit en perspective (esquisse)

c) Représente le développement d'un pavé droit. (esquisse)

---

2. Calculer le volume (=V), l'aire (=A) et la longueur des arètes (=L) d'un cube de 7 cm d'arête.

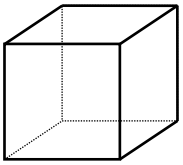

V =

A =

L =

---

3. Effectue les transformations suivantes

1)	530 cm^3	= ..... dm^3	6)	68100 m^3	= ..... hm^3
2)	881000 cm^3	= ..... m^3	7)	602 cm^3	= ..... m^3
3)	686000 mm^3	= ..... dm^3	8)	568000 dm^3	= ..... dam^3
4)	702 cm^3	= ..... dm^3	9)	89000 dam^3	= ..... hm^3
5)	349 cm^3	= ..... dm^3	10)	8140 m^3	= ..... hm^3

1. a) Ecris toutes les unités de volumes de km³ à mm³

b) Transforme

1)	67,9 dam³	= ..... hm³	7)	624000 m³	= ..... hm³
2)	99700 dam³	= ..... m³	8)	41,9 dam³	= ..... hm³
3)	4760 dam³	= ..... dm³	9)	254000 dam³	= ..... km³
4)	73100 cm³	= ..... m³	10)	384 m³	= ..... mm³
5)	726000 dm³	= ..... dam³	11)	430 mm³	= ..... cm³
6)	5940 mm³	= ..... dm³	12)	863000 hm³	= ..... km³

2. Répondre.

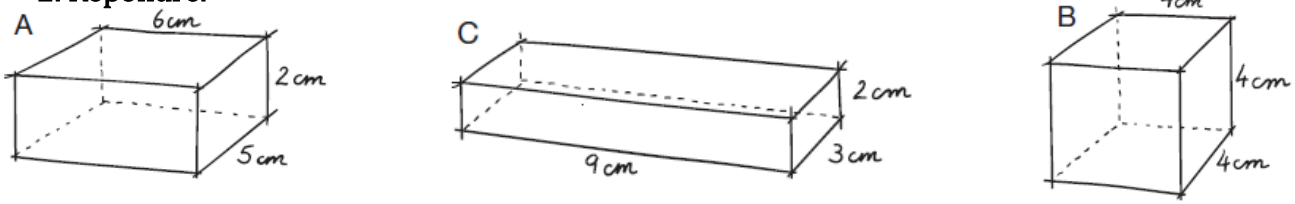

a) Si tu remplissais d'eau chacune de ces boîtes, laquelle en contiendrait le plus?

b) Si tu peignais leurs faces extérieures, laquelle nécessiterait le plus de peinture?

c) Et si tu construisais leurs armatures avec du fil de fer, pour laquelle devrais-tu prévoir le plus de fil?

DEVOIRS

1.

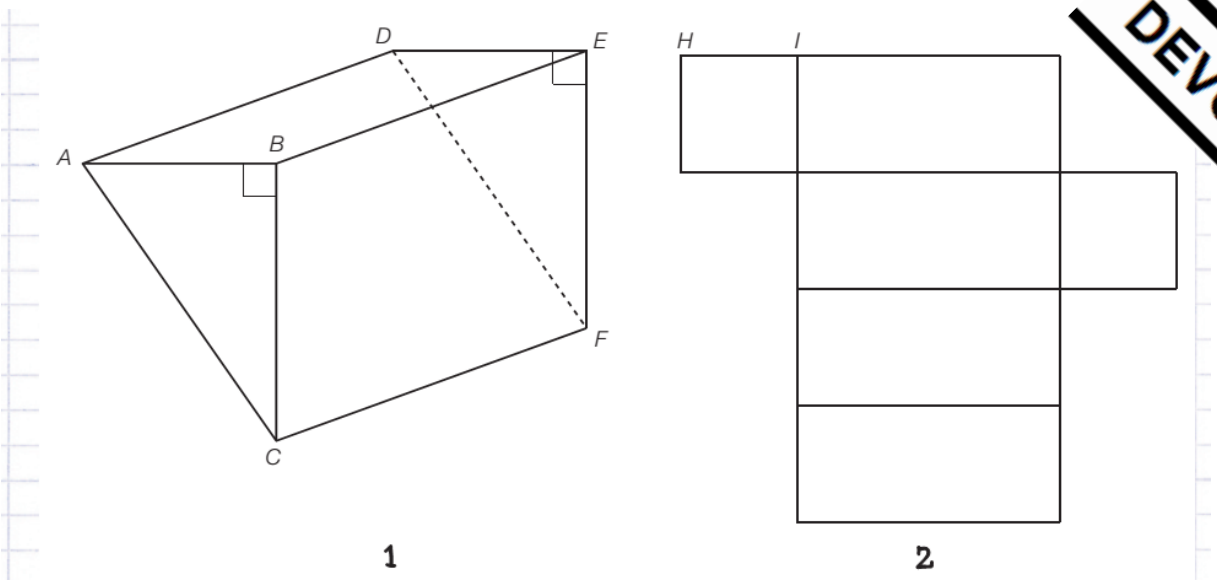

Voici l représentation de deux solides

a) Comment appelle-t-on une représentation comme celle du solide 1 ?.....

b) Comment appelle-t-on une représentation comme celle du solide 2 ?.....

c) Quel nom porte le solide 1 ? .....

d) Quel nom porte le solide 2 ? .....

e) Combien de faces, de sommets et d'arêtes possède chaque solide ? .....

f) Les faces ABC et DEF du solide 1 sont-elles parallèles ?

g) Les arêtes DE et BE du solide 1 sont-elles perpendiculaires ?

i) Colorie en couleur sur le solide 2 le segment qui représente la même arête que HI.

---

2. Dessine **en perspective** (esquisse)

a) Un cube

b) Un prisme droit à base triangle

c) Un cylindre

d) Une pyramide